EXERCÍCIO 1 – ENADE (I)

Uma fundação municipal de arte e cultura oferece cursos para crianças e adolescentes de até 16 anos. Os registros de matrículas são realizados em uma planilha eletrônica ilustrada a seguir, o que dificulta bastante o controle dos dados frente ao número expressivo de estudantes, muitos dos quais solicitam matrícula em mais de um curso.

A administração da fundação, então, solicitou o desenvolvimento de um programa para facilitar o registro e a consulta desses dados, incluindo-se a data de efetivação de cada matrícula, para fins de controles específicos da secretaria.

NÚMERO	NOME ESTUDANTE	DATA NASC.	NOME RESPONSÁVEL	CONTATOS	CURSO	HORÁRIO	PROFESSOR(A)
10	Ada Lovelace	10/12/2009	Charles Babbage	(99)99999-0101 charles@ babbage.com	Violão Básico Desenho	9h - 10h (ter - qui) 10h - 11h (seg - qua)	Dennis Ritchie John Backus
11	Ole-Johan Dahl	12/10/2008	Kristen Nygaard	-	Desenho	9h - 10h (seg - qua)	Mary Keller
12	Grace Hopper	09/12/2010	Howard Aiken	(99)99999-0091 (99)99999-0095	Balé	8h - 10h (sex)	Hedy Lamarr
13	Alan Turing	23/06/2009	Joan Clarke	(99)99999-0231	Desenho Violão Básico	9h - 10h (seg - qua) 9h - 10h (ter - qui)	Mary Keller Dennis Ritchie
14	Dorothy Vaughan	20/09/2009	Katherine Johnson	(99)99999-0201	Balé	8h - 10h (sex)	Hedy Lamarr
...	...	...	...	...	...	...	...

EXERCÍCIO 1 – ENADE (II)

A equipe de desenvolvimento de softwares da prefeitura, após uma breve entrevista com a administração da fundação e de posse da planilha eletrônica, modelou um Diagrama de Classes como parte da especificação dos requisitos do sistema.

Considerando o cenário descrito, assinale a opção a seguir que exibe o Diagrama de Classes modelado corretamente pela equipe de desenvolvimento:

EXERCÍCIO 1 – ENADE (III)

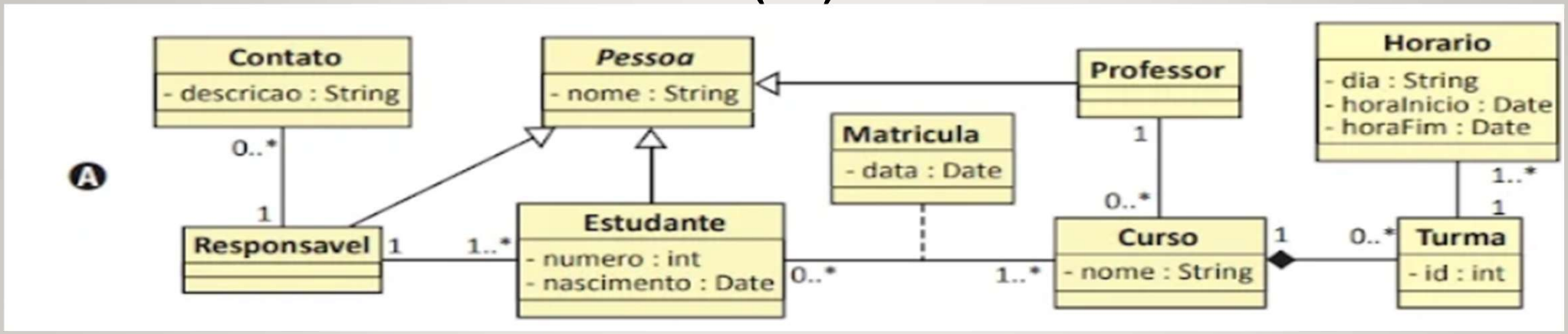

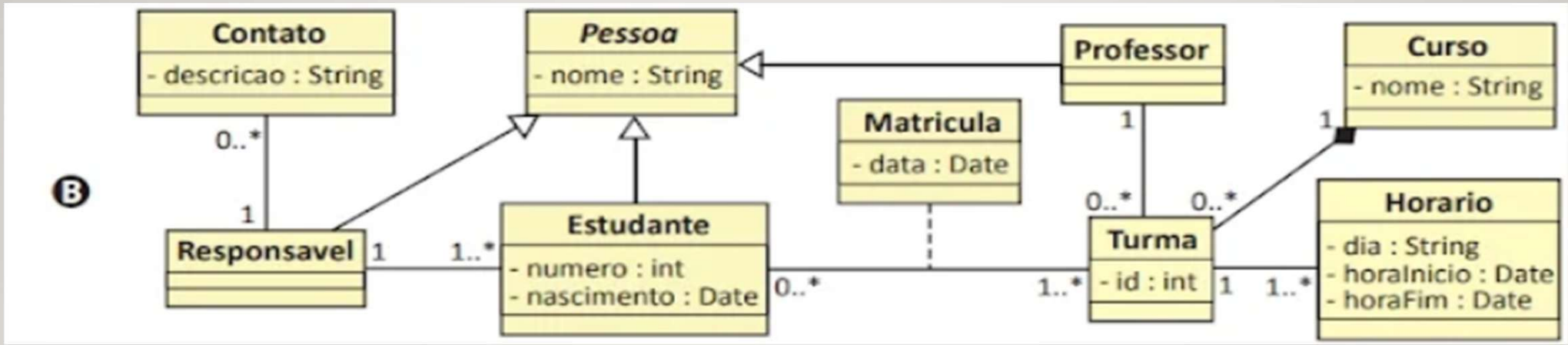

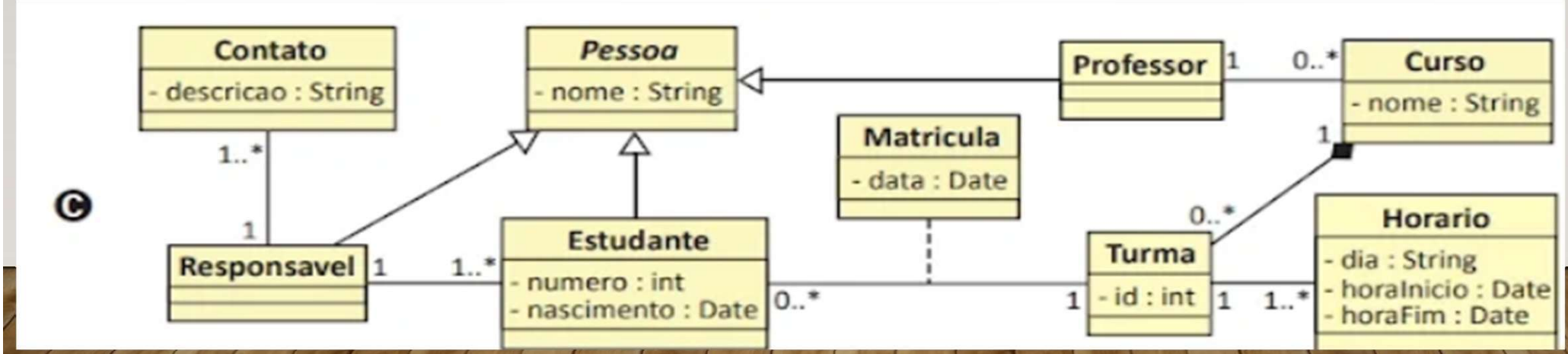

DV1

EXERCÍCIO 1 – ENADE (IV)

D

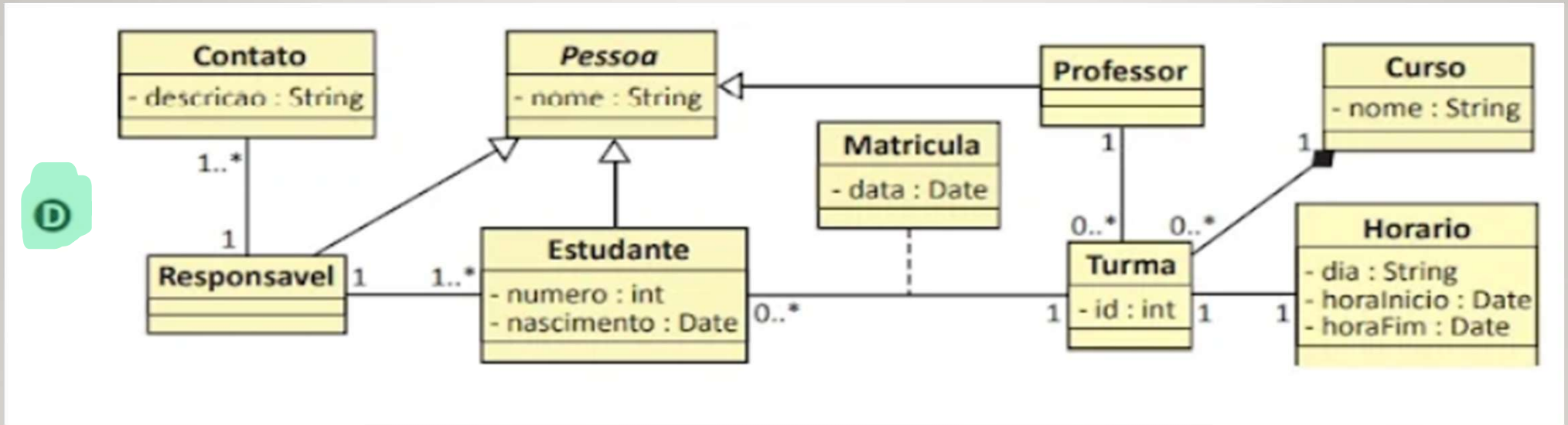
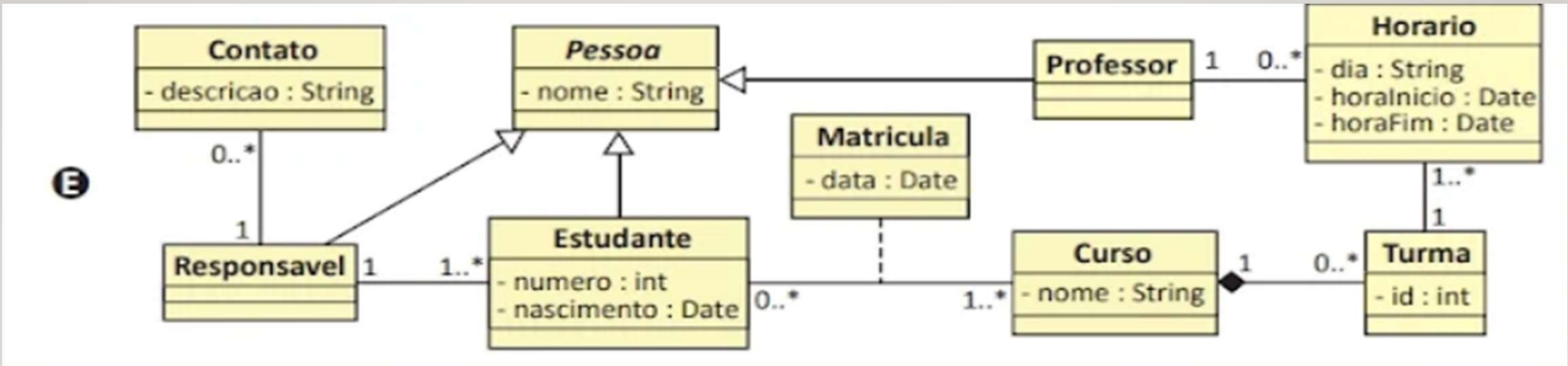
E